Grafo 1

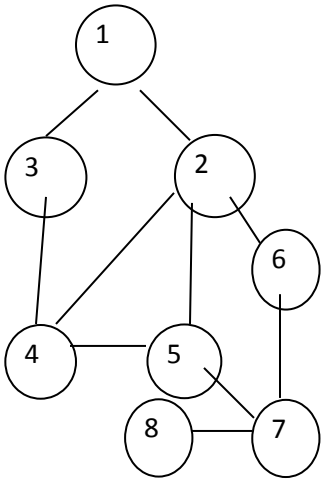

1) ¿Qué tipo de grafo es?

2) Hacer la representación escrita según falte.

G (V)= { }

G (A)= { }

3) Hacer la matriz de adyacencia y la lista de adyacencia.

Matriz de Adyacencia.

	1	**2**	**3**	**4**	**5**	**6**	**7**	**8**
1								
2								
3								
4								
5								
6								
7								
8								

Lista de Adyacencia

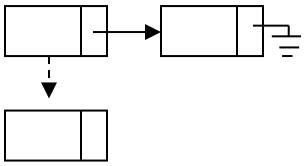

4) Responder **si** o **no** son vértices adyacentes.

(1 y 2): si (3 y 6):
(4 y 8): (2 y 8):
(3 y 7): (7 y 6):

5) Grado (s) del vértice.

(2): (4): (7):
(8): (5):

Grafo 2

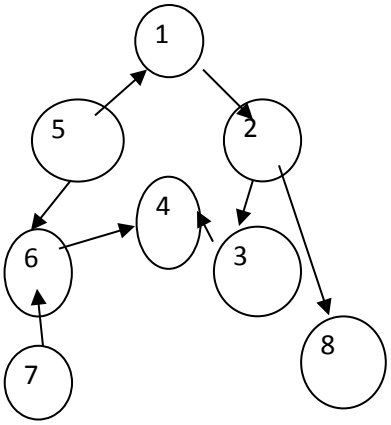

1) ¿Es un grafo dirigido, no dirigido o valorado?

2) Hacer la representación escrita según falte.

G (V)=
G (A)=

3) Hacer la matriz de adyacencia y la lista de adyacencia.

Matriz de Adyacencia.

Lista de Adyacencia

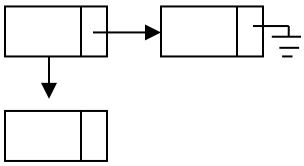

4) Responder **si** o **no** son vértices adyacentes.

(1 y 2): (3 y 6):

(4 y 8): (2 y 8):

(3 y 7): (7 y 6):

5) Grado (s) del vértice.

(2): (4): (7):

(8): (5):